FLASH MATH 3AC

الجولة 5

الهندسة : مبرهنة فيتاغورس

GÉOMÉTRIE - THÉORÈME DE PYTHAGORE

BO9AL:

عندي مثلث قائم، كيفاش نلقى الضلع الثالث؟



واش غير مربعين كافيين؟

إيوا نعم، مربع الوتر هو مجموع مربعي الضلعين

$BC^2 = AB^2 + AC^2$

ونقدرو حتى نعرفو واش المثلث قائم

في نهاية الرحلة، ستستطيع أن:

اليوم، معًا...

AUJOURD'HUI, ENSEMBLE...

- أحسب طولا مجهولا
- أحدد الوتر والزاوية القائمة
- أثبت أن المثلث قائم
- أطبق المبرهنة المباشرة

رحلتنا

NOTRE PARCOURS

1. أفهم الفكرة — JE COMPRENDS
2. أجرّب مع FLASH — J'ESSAIE
3. أحلّ وحدي — JE RÉUSSIS SEUL

يلاه نبدأو الجولة الخامسة

الهندسة : مبرهنة فيتاغورس

ON COMMENCE LA CINQUIÈME MANCHE !

الهندسة : مبرهنة فيثاغورس

هو الضلع المقابل
للزاوية القائمة
وهو الأطول

شنو هي الوتر؟
وكيف نعرفو؟

1 مبرهنة فيثاغورس المباشرة



[illegible]
في المثلث القائم
[illegible]

$$BC^2 = AB^2 + AC^2$$

AB = 6 ; AC = 8

$BC^2 = 6^2 + 8^2 = 100$

BC = 10

[illegible]

2 مبرهنة فيثاغورس العكسية



[illegible]
إذا كان [illegible]
[illegible]

$$JK^2 = IJ^2 + IK^2$$

IJ = 5 ; IK = 3 ; JK = 4

$5^2 = 3^2 + 4^2$

$25 = 9 + 16$

المثلث IJK قائم في I

[illegible]

3 اختيار الأداة المناسبة

الوتر هو الأطول	الضلع المقابل معلوم	الوتر هو المجهول
[illegible]	[illegible]	[illegible]

مفتاح الفوز

[illegible]

الهندسة : مبرهنة فيثاغورس

حدد الزاوية القائمة
ثم عين الوتر
واكتب المساواة

نبدأ منين؟
بالوتر ولا الضلع؟

1 أحسب الوتر

حدد المثلث القائم الزاوية في A المعطى
أحسب طول الضلع المجهول

$FE=\sqrt{21}$; $FG=\sqrt{5}$

$FG=?$

اعمل مربع فوق الزاوية القائمة

2 أحسب ضلعا

حدد المثلث القائم الزاوية في A المعطى
ثم احسب

$BC=13$; $AB=5$

$AC=?$

ابدأ من عند المساواة إلى الحرف الكبير

3 أثبت أن المثلث قائم

أجوبة الأسئلة
ابدأ بكتابة: نعلم

$AB=6$; $AC=8$

$BC=10$

هات عدد الأطوال بالترتيب الصحيح

4 تحقق من مثلث

أجوبة الأسئلة
اكتب بالترتيب بالفاصلة

5 ; 6 ; 8

Triangle rectangle ?

لا تنس تحقق المساواة فيثاغورس قبل ما تقول

قبل ما تقلب الصفحة

مربع الوتر — مجموع المربعين — المساواة — المثلث القائم

الهندسة : مبرهنة فيثاغورس

كل مرة عاد اليوم
واكتب المساواة
فبل الاصوفر

نبدأ بالحساب
ثم نبرهن

المستوى الأول سهل

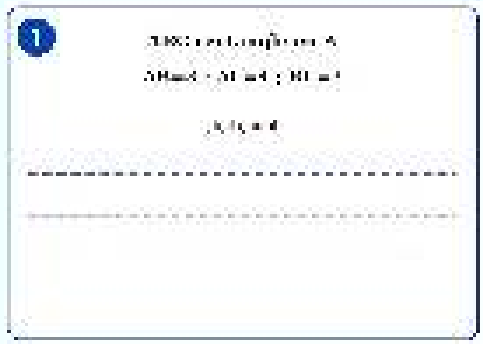

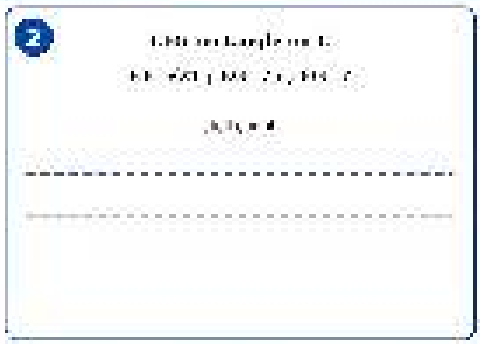



المستوى الثاني متوسط

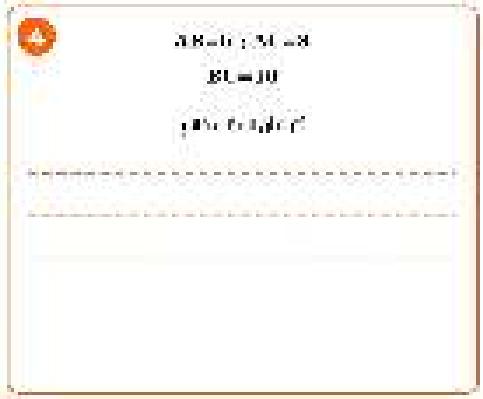

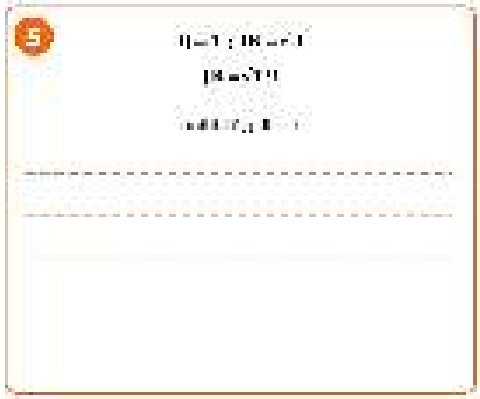

المستوى الثالث صعب

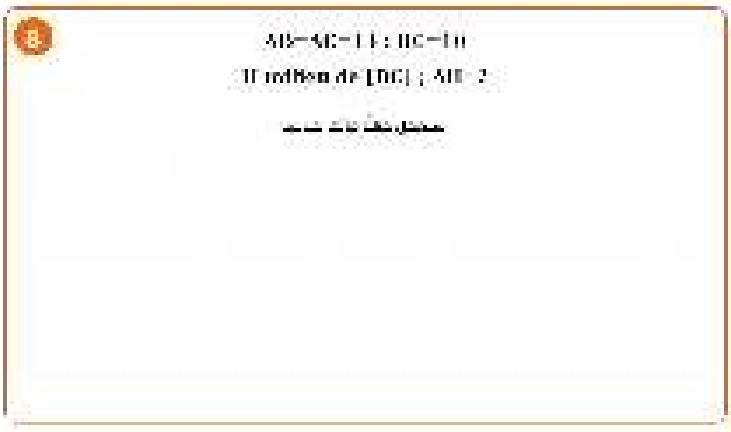

تنمي اليوم

العمل بـ ... الفضيلة ... عند الله ...

الهندسة : مبرهنة فيثاغورس

حاول الشكر
إلى مكتشف قائمة
[illegible]

دائما برضو
أنظم عن شفرة

تمارين إضافية

[illegible]

FLASH / CHALLENGE

لينا ستسقبل رشفة داخله
أثبت العلاقة التالية باستعمال أربع مثلثات قائمة

ABCD rectangle ; M interieur

$$AM^2 + CM^2 = BM^2 + DM^2$$

استعمل للتصحيح رشفة المستقبل ثم جمع الصناديق

كل زاوية قائمة
تعطي مساواة جديدة

دا تعقد التفكير
جاله إن مثلثات

حاولت الحل قبل التصحيح ؟

التصحيح المفصل

CORRECTION DÉTAILLÉE

الجزء 1 PARTIE 1

تطبيقات النعشة تسع وثلاثين والتسارين من واحد إلى ستة

تصحيح التمارين التطبيقية

1 حساب أبعاد

$EG^2=EL^2+LG^2$

$EG^2=21^2+5^2=26$

$EG=\sqrt{26}$

2 حساب طول

$AC^2=BC^2+AB^2$

$AC^2=169-25=144$

$AC=12$

3 إثبات التعامد

$10^2=100$

$6^2+8^2=100$

Triangle rectangle

4 مثلث غير قائم

$U^2=61$

$5^2+6^2=61$

$61\neq61$

تصحيح التمارين المتدرجة

1

$BC^2=3^2+4^2=25$

$BC=5$

2

$EG^2=21^2+5^2=26$

$EG=\sqrt{26}$

3

$MN=13-5$

$MN=12$

4

Rectangle en A

5

$DE=16+3$

Rectangle en I

6

Non rectangle

تتمة التصحيح المفصل

CORRECTION DÉTAILLÉE - SUITE

PARTIE 2 الجزء 2

التمارين من سبعة إلى اثني عشر والتحدي

المستوى الثالث

8 إنشاء مثلث

[illegible]

BII=5

AH²=13²-5²=144

AH=12

[illegible]

9 نمط المستطيل

[illegible]

AC²=6²+9²=117

AC=√117

AC=3√13

[illegible]

تمارين إضافية

10

IE=10 ; IC=3√10 ; IC=10

10=90 ; 100 ; 5=15

P=30+2√10

11

TIC=10 ; AIE=10√10

TIE=3√6

CIE=6√3

12

d²=17²-12²

d²=25

d=5m

CHALLENGE • التحدي 12

[illegible]

[illegible]

[illegible]

[illegible]

[illegible]

[illegible]

نسمي المثلث، تكتب العبارة المناسبة

AM²+CM²=BM²+DM²

ثلاثة أسئلة قبل ما نصحح راسي

1 [illegible]

2 [illegible]

3 [illegible]

FLASH MATH 3AC

الحصيلة الأسبوعية

BILAN DE LA SEMAINE - JE PROGRESSE

مرتاح عندهوش: المبادرة والتحضير

الرد الذاتي
امين الزاز
قبل اي حساب

دار بايد معرف
لا سبطيل
وكتب الاعداد

لغز الأسبوع

مثلث قائم
وتره الداله عشر

اوجد محيطه
ت حسب الخطأ

جواب

حصاد الأسبوع

- [ ] أحدد الزاوية الخائمة
- [ ] أعرف أن
- [ ] أطبق الدرسة المعادلة
- [ ] أحسب علاقة مثلثية
- [ ] أحدد في مثلث

تقني ذا

خطأي اللي علمني

AB² = AC² + BC²

لجد ... الوتر ... الوتر

BC² AB² = AC²

نصيحة فلاش

1. أحدد الزاوية الخائمة
2. أختار أن
3. أكتب العلاقة
4. أوجد [illegible]

أوجد الوتر أو أحد الزاوية القائمة

إنجازي هذا الأسبوع

حصص حضرتها أسبوعين	ساعة ... دقيقة دراستها	كم ساعة مهمتها

/10 : ___

جولة
5 ✓

الأسبوع الجاي
ندخل أقوى!

الجولة سالات...
ولكن المهارة كتبقى معاك.

واجباتي ومواعيد فروضي

MES DEVOIRS • MES CONTRÔLES

الأسبوع من: ____ / ____ / ____ إلى: ____ / ____ / ____

Semaine du ... au ...

بالضبط! التنظيم كيخليك تراجع بشوية بشوية، بلا ضغط آخر لحظة.

إلى كتبت المواعيد، ما لبقاش نتفاجأ بالواجب ولا الفرض!

جدول واجباتي | MES DEVOIRS

الواجب / Travail	الصفحة أو التمرين Page-Ex.	تاريخ التسجيل Donné le	آخر أجل À rendre	تم ✓ Fait
				☐
				☐
				☐
				☐
				☐
				☐

مواعيد الفروض | MES CONTRÔLES

الفرض / Contrôle	التاريخ Date	الدروس الداخلة / Leçons à revoir	درجة الاستعداد Préparation
			○ ○ ○
			○ ○ ○
			○ ○ ○

ما تنساش!

☐ _____

☐ _____

À ne pas oublier

أولويتي هذا الأسبوع

_____

Ma priorité

شوية تنظيم اليوم = ضغط أقل غدًا.

Un peu d'organisation aujourd'hui, moins de stress demain.